SmartMathPro

" ติวเตอร์ที่เป็นมากกว่าติวเตอร์ "

รหัสวิชา 62
คณิตศาสตร์ประยุกต์ 2

วันสอบ ..... **เวลา** .....

ชื่อ ..... **นามสกุล** ..... **เลขที่นั่งสอบ** .....

สถานที่สอบ ..... **ห้องสอบ** .....

เทคนิคการทำข้อสอบ
By พี่ปั้น SmartMathPro

1. ปลุกพลังเพิ่มความฮึกเหิมให้ตัวเอง ท่องไว้ **"เราทำได้ เราจะทำสุดฝีมือ"**
2. เริ่มทำจาก**บทที่ชอบ**หรือบทที่พอทำได้ก่อน
3. แนะนำให้**ทำข้ออัตนัยก่อน** เพราะส่วนใหญ่จะง่ายกว่า
4. อ่านคำถามดีๆ **อย่าเพิ่งรีบตอบ** ข้อสอบ A-Level ช้อยส์หลอกเก่งนะบอกเลย
5. **อย่าคิดเลขเร็วมากจนเกินไป** เพราะจะมีโอกาสในการคิดเลขผิดได้
6. พยายาม**ทดให้เป็นระเบียบ** ไม่งั้นอาจจะเมาลายมือตัวเองได้นะ
7. รู้จัก**ข้ามข้อ** อย่าใจฝ่อถ้าเจอข้อที่ทำไม่ได้ เพราะมันมีอยู่แล้ว
8. สุดท้าย ... **อย่าเครียดกับคะแนนสอบจนเกินไป** สิ่งที่สำคัญกว่าคะแนนสอบชุดนี้ คือน้องได้เรียนรู้อะไรจากข้อสอบชุดนี้บ้าง

ข้อสอบฉบับนี้เป็นลิขสิทธิ์ของ บริษัท สมาร์ทแมทโปร จำกัด

การทำซ้ำหรือดัดแปลงเผยแพร่งานดังกล่าว จะถูกดำเนินคดีตามกฎหมาย

คำชี้แจง

แบบทดสอบนี้มีวัตถุประสงค์เพื่อวัดผลสัมฤทธิ์ทางการศึกษา กลุ่มสาระการเรียนรู้คณิตศาสตร์ของนักเรียนชั้นมัธยมศึกษาปีที่ 6 ตามมาตรฐานการเรียนรู้และตัวชี้วัด หลักสูตรแกนกลางการศึกษาขั้นพื้นฐาน พุทธศักราช 2551 (ปรับปรุง พ.ศ. 2560)

รายละเอียดแบบทดสอบ แบบทดสอบนี้มี จำนวน 30 ข้อ

วิธีการตอบ ให้ใช้ดินสอดำ 2B ระบายในวงกลมที่เป็นคำตอบในกระดาษคำตอบ

<u>เกณฑ์การให้คะแนน</u> (คะแนนเต็ม 100 คะแนน)

ตอนที่ 1 แบบปรนัย ข้อที่ 1 - 25 ข้อละ 3 คะแนน

ตอนที่ 2 แบบอัตนัย ข้อที่ 26 - 30 ข้อละ 5 คะแนน

<u>ข้อปฏิบัติในการเข้าสอบ</u>

1. เขียนชื่อ – นามสกุล เลขที่นั่งสอบ สถานที่สอบ และห้องสอบ บนหน้าปกแบบทดสอบ
2. ตรวจสอบชื่อ – นามสกุล เลขที่นั่งสอบ รหัสวิชาที่สอบ เลขประจำตัวประชาชน 13 หลัก ในกระดาษคำตอบว่าตรงกับตัวผู้เข้าสอบหรือไม่ กรณีที่ไม่ตรงให้แจ้งผู้คุมสอบ เพื่อขอกระดาษคำตอบสำรอง แล้วกรอก / ระบายให้ถูกต้องสมบรูณ์
3. ให้ใช้ดินสอดำ 2B ระบายข้อมูลในกระดาษคำตอบ
4. อ่านคำแนะนำวิธีการตอบข้อสอบให้เข้าใจ แล้วตอบข้อสอบด้วยตนเองและไม่เอื้อให้ผู้อื่นคัดลอกคำตอบได้
5. สามารถใช้พื้นที่ว่างในแบบทดสอบเป็นกระดาษทดได้
6. รูปประกอบในแบบทดสอบ อาจไม่เป็นไปตามขนาดจริง
7. เมื่อสอบเสร็จ ให้วางกระดาษคำตอบไว้บนแบบทดสอบ
8. ไม่อนุญาตให้ผู้เข้าสอบออกจากห้องสอบ ก่อนเวลาเวลาสอบ
9. ไม่อนุญาตให้ผู้คุมสอบเปิดอ่านข้อสอบ

สัญลักษณ์ที่ใช้ในแบบทดสอบ

เซต

$\mathbb{R}$ แทน เซตของจำนวนจริง

$\mathbb{Z}$ แทน เซตของจำนวนเต็ม

$\mathbb{N}$ แทน เซตของจำนวนนับ

$n(A)$ แทน จำนวนสมาชิกของเซตจำกัด A

ตอนที่ 1 : แบบปรนัย 5 ตัวเลือก เลือก 1 คำตอบที่ถูกต้องที่สุด

จำนวน 25 ข้อ (ข้อ 1 – 25) ข้อละ 3 คะแนน รวม 75 คะแนน

1. พิจารณาข้อความต่อไปนี้

ก) $\{x \in \mathbb{Z} \mid 2x = 1\}$ เป็นเซตว่าง

ข) $\{x \in \mathbb{R} \mid 0 < x < 2\}$ เป็นเซตจำกัด

ค) $\left\{1, \frac{1}{3}, \frac{1}{5}, \ldots, \frac{1}{19}\right\}$

$$= \left\{x \,\middle|\, x = \frac{1}{2n-1} \text{ เมื่อ } n \in \mathbb{N} \text{ และ } n \le 10\right\}$$

จากข้อความ ก) ข) และ ค) ข้างต้น ข้อใดถูกต้อง

1. ข้อความ ก) ถูกต้องเพียงข้อเดียว
2. ข้อความ ข) ถูกต้องเพียงข้อเดียว
3. ข้อความ ค) ถูกต้องเพียงข้อเดียว
4. ข้อความ ก) และ ค) ถูกต้องเท่านั้น
5. ข้อความ ข) และ ค) ถูกต้องเท่านั้น

2. กำหนดให้ p และ q เป็นประพจน์ ถ้า p มีค่าความจริงเป็นจริง แล้วประพจน์ในข้อใดมีค่าความจริงเป็นจริง

1. $p \leftrightarrow (q \wedge \sim q)$
2. $(p \vee q) \wedge \sim (p \vee q)$
3. $\sim (p \vee \sim p) \wedge q$
4. $p \wedge \sim (p \vee q)$
5. $p \rightarrow (p \vee q)$

3. กำหนดให้ p แทนประพจน์ "3 ไม่เป็น จำนวนเต็ม"
q แทนประพจน์ "เดือนธันวาคมมี 31 วัน"
และ r แทนประพจน์ "ข้อสอบ A-Level คณิตศาสตร์ประยุกต์ 2 ปี 2566 มีจำนวนข้อสอบทั้งหมด 30 ข้อ"
แล้วประพจน์ในข้อใดต่อไปนี้มีค่าความจริงเป็นจริง

1. $(p \leftrightarrow q) \vee (p \leftrightarrow r)$
2. $(q \rightarrow p) \wedge \sim r$
3. $r \rightarrow (p \leftrightarrow q)$
4. $(\sim p \rightarrow q) \wedge r$
5. มีข้อที่มีค่าความจริงเป็นจริงมากกว่า 1 ข้อ

4. เมื่อทอดลูกเต๋า 2 ลูก สีต่างกันพร้อมกัน จำนวนวิธีที่ผลบวกของแต้มที่ขึ้นบนหน้าลูกเต๋าเป็นจำนวนที่หารด้วย 6 ลงตัว เท่ากับเท่าใด

1. 1
2. 2
3. 5
4. 6
5. 8

5. โอ่งใบหนึ่งมีลูกนิมิตขนาดเล็กที่แตกต่างกันทั้งหมดอยู่ 6 ลูก ได้แก่ ลูกนิมิตที่แปะทองทั้งลูก 2 ลูก ลูกนิมิตที่แปะทองครึ่งลูก 2 ลูก และลูกนิมิตที่ไม่ได้แปะทองเลย 2 ลูก
ถ้าสุ่มหยิบลูกนิมิตออกมา 2 ลูก โดยหยิบออกมาทีละลูกและไม่ใส่คืน แล้วความน่าจะเป็นที่หยิบลูกแรกได้ลูกนิมิตที่ไม่ได้แปะทองเลย และหยิบลูกที่สองได้ลูกนิมิตที่แปะทองทั้งลูกเท่ากับเท่าใด

1. $\frac{2}{30}$
2. $\frac{4}{30}$
3. $\frac{6}{30}$
4. $\frac{4}{36}$
5. $\frac{6}{36}$

6. บริษัทกำจัดหนูแห่งหนึ่งมีคลังยาอยู่ 2 แห่ง มีข้อมูลยาจริงดังตารางต่อไปนี้

คลังยาหมายเลข	จำนวนยาทั้งหมด	จำนวนยาที่หมดอายุ
1	20	8
2	40	16

พิจารณาข้อความต่อไปนี้

ก) ความน่าจะเป็นที่หยิบยา 1 กล่องจากคลังที่ 1 แล้วได้ยาที่ยังไม่หมดอายุ <u>เท่ากับ</u> ความน่าจะเป็นที่หยิบยา 1 กล่องจากคลังที่ 2 แล้วได้ยาที่ยังไม่หมดอายุ

ข) ความน่าจะเป็นที่หยิบยา 2 กล่องจากคลังที่ 1 แล้วได้ยาที่ยังไม่หมดอายุ <u>เท่ากับ</u> ความน่าจะเป็นที่หยิบยา 2 กล่องจากคลังที่ 2 แล้วได้ยาที่ยังไม่หมดอายุ

ค) ความน่าจะเป็นที่หยิบยา 1 กล่องจากการนำยาจากคลังยาทั้งสองมารวมกันแล้วได้ยาที่ยังไม่หมดอายุ <u>มากกว่า</u> ความน่าจะเป็นที่หยิบยา 1 กล่องจากคลังที่ 2 แล้วได้ยาที่ยังไม่หมดอายุ

จากข้อความ ก) ข) และ ค) ข้างต้น ข้อใดถูกต้อง

1. ข้อความ ก) ถูกต้องเพียงข้อเดียวเท่านั้น
2. ข้อความ ก) และ ข) ถูกต้องเท่านั้น
3. ข้อความ ก) และ ค) ถูกต้องเท่านั้น
4. ข้อความ ข) และ ค) ถูกต้องเท่านั้น
5. ข้อความ ก) ข) และ ค) ไม่ถูกต้อง

7. ให้ $A = \{1, 2, 3, \ldots, 8\}$ และ $B = \{(x, y) \mid x, y \in A\}$ ถ้าสุ่มคู่อันดับ (x, y) จากเซต B มา 1 คู่อันดับ แล้วความน่าจะเป็นที่จะได้คู่อันดับที่มีค่า $x > y + 2$ จะเท่ากับเท่าใด

1. $\frac{15}{64}$
2. $\frac{21}{64}$
3. $\frac{15}{56}$
4. $\frac{21}{56}$
5. $\frac{28}{64}$

8. จำนวนในข้อใดมีค่ามากที่สุด

1. 4^{500}
2. 3^{600}
3. 10^{300}
4. 343^{100}
5. 16^{300}

9. ค่าหลักของรากที่สองของ $5-\sqrt{24}$ เท่ากับเท่าใด

1. $\sqrt{2}-\sqrt{3}$
2. $\sqrt{3}-\sqrt{2}$
3. $-\sqrt{2}-\sqrt{3}$
4. $2-\sqrt{3}$
5. $\sqrt{3}-2$

SmartMathPro

10. ความสัมพันธ์ของรายได้ของพนักงานในแต่ละเดือนของร้านขายอาหารสัตว์แห่งหนึ่งกับยอดขายสินค้า ถ้า f เป็นความสัมพันธ์เชิงเส้น $f(x) = ax + b$ โดย $f(x)$ แทน รายได้ของพนักงานต่อเดือน และ x แทน ยอดขาย (มีหน่วยเป็นบาท) แสดงเป็นตาราง ดังนี้

รายได้ต่อเดือน (บาท)	ยอดขาย (บาท)
14,900	0
15,050	15,000
15,100	20,000
15,150	25,000

ถ้าพนักงานของร้านขายอาหารสัตว์ต้องการมีรายได้ 19,430 บาทต่อเดือน แล้วร้านต้องมียอดขายเท่ากับเท่าใด

1. 350,000 บาท
2. 353,000 บาท
3. 450,000 บาท
4. 453,000 บาท
5. 550,000 บาท

11. ให้ $f(x) = x^2 + ax + b$ กำหนดกราฟของ $f(x)$ ดังรูป

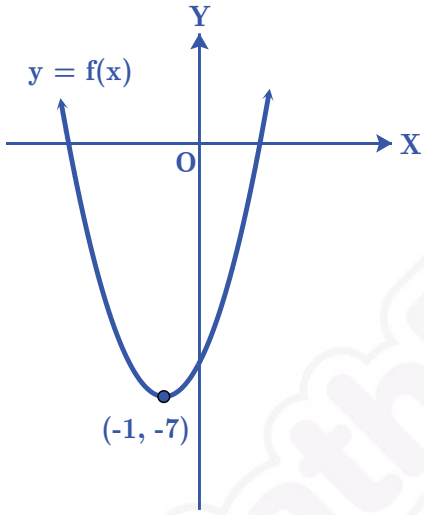

ถ้า $g(x) = -3x^2 + bx + a$ แล้วข้อใดถูกต้อง

1. กราฟ g เป็นพาราโบลาหงาย
2. กราฟ g ผ่านจุด $(0, -6)$
3. $g(1) = -8$
4. มีเส้นตรง $x = 1$ เป็นแกนสมมาตร
5. มีค่าสูงสุดเท่ากับ 5

12. กำหนดให้ฟังก์ชัน $f(x) = ka^x$ เมื่อ a เป็นจำนวนจริงบวกที่ไม่เท่ากับ 1 และ k คือค่าคงที่ ซึ่งกราฟของฟังก์ชัน f ผ่านจุด $(0, 3)$ และ $(2, 48)$ ถ้า $(b, 192)$ และ $\left(\frac{1}{2}, c\right)$ เป็นจุดบนกราฟของฟังก์ชัน f แล้ว b^2+c^2 เท่ากับเท่าใด

1. 9
2. 13
3. 40
4. 45
5. 153

13. กำหนดลำดับ 133, 130, 127, ... พจน์แรกที่เป็นจำนวนลบคือพจน์ที่เท่าใด

1. 45
2. 46
3. 47
4. 48
5. 49

14. กำหนดลำดับของจำนวนจริง มีผลบวก n พจน์แรกเท่ากับ $3-2^n$ แล้วพจน์ที่ n เมื่อ $n>1$ ของลำดับนี้ตรงกับข้อใด

1. $a_n = 2^n$
2. $a_n = -2^n$
3. $a_n = 2^{n-1}$
4. $a_n = 2^{n+1}$
5. $a_n = -2^{n-1}$

15. โอปอไปซื้อลู่วิ่งราคา 60,000 บาท จากห้างสรรพสินค้าแห่งหนึ่ง โอปอจ่ายเงินดาวน์ไป 40% ของราคาขายและส่วนที่เหลือมาผ่อนงวดละเท่า ๆ กันทุกสิ้นเดือนกับทางห้าง ซึ่งห้างคิดดอกเบี้ยปีละ 12% คิดดอกเบี้ยทบต้นทุกเดือน ถ้าโอปอซื้อลู่วิ่งวันที่ 1 มีนาคม 2568 และผ่อนงวดสุดท้ายวันที่ 30 มิถุนายน 2568 แล้วโอปอต้องผ่อนชำระเดือนละกี่บาท

1. $\dfrac{36000\left(1-1.01^{-1}\right)}{1-1.01^{-5}}$
2. $\dfrac{36000\left(1-1.01^{-1}\right)}{1.01^{-1}-1.01^{-5}}$
3. $\dfrac{60000\left(1-1.01^{-1}\right)}{1-1.01^{-5}}$
4. $\dfrac{24000\left(1-1.01^{-1}\right)}{1-1.01^{-5}}$
5. $\dfrac{24000\left(1-1.01^{-1}\right)}{1.01^{-1}-1.01^{-5}}$

16. จวักฝากเงิน 10,000 บาท กับธนาคาร SMP ที่ให้ดอกเบี้ย 2% ต่อปี เป็นระยะเวลา 3 ปีแรก และหลังจากนั้นจะให้ดอกเบี้ย 3% ต่อปี โดยคิดแบบดอกเบี้ยทบต้นปีละครั้ง ถ้าฝากเงินไปทั้งหมด 7 ปี โดยที่ไม่มีการฝากหรือถอนในระหว่างนี้ จะมีเงินรวมคิดเป็นกี่บาท

1. $10,000(1.02)^7$
2. $10,000(1.03)^7$
3. $10,000(1.02)^3 + 10,000(1.03)^4$
4. $10,000(1.02)(1.03)^6$
5. $10,000(1.02)^3(1.03)^4$

17. พลอยต้องการศึกษาเกี่ยวกับรายได้ของพนักงานบริษัทในย่านสาทร จึงสุ่มเลือกพนักงานบริษัท ก มาจำนวน 100 คน เพื่อสอบถาม ชื่อ อายุ ระดับการศึกษาสูงสุด และรายได้ต่อเดือน แล้วนำผลที่ได้ไปสรุปเกี่ยวกับรายได้ของพนักงานบริษัทในย่านสาทร ข้อใดต่อไปนี้สรุปถูกต้อง

1. สถิติที่ใช้คือสถิติเชิงพรรณนา
2. ประชากร คือ พนักงานบริษัท ก
3. ตัวอย่าง คือ พนักงานบริษัท ก จำนวน 100 คน
4. ข้อมูลที่เก็บรวบรวมมาเป็นข้อมูลอนุกรมเวลา
5. ไม่มีข้อใดสรุปถูกต้อง

18. ผลการสำรวจวันเกิดของกลุ่มคนจำนวนหนึ่งในห้างสรรพสินค้าแห่งหนึ่ง เป็นดังนี้

4 8 6 9 9 12 13 14 18 20 24 25

พิจารณาข้อความต่อไปนี้

ก) ข้อมูลนี้ไม่สามารถเขียนแสดงรูปแบบแผนภาพลำต้นและใบได้

ข) ข้อมูลที่ได้เป็นข้อมูลเชิงปริมาณ

ค) ฐานนิยมของการสำรวจนี้คือคนเกิดวันที่ 9

จากข้อความ ก) ข) และ ค) ข้างต้นข้อใดถูกต้อง

1. ข้อความ ค) ถูกต้องเพียงข้อเดียว
2. ข้อความ ก) และ ข) ถูกต้องเท่านั้น
3. ข้อความ ก) และ ค) ถูกต้องเท่านั้น
4. ข้อความ ข) และ ค) ถูกต้องเท่านั้น
5. ข้อความ ก) ข) และ ค) ถูกต้อง

SmartMathPro

19. ความสูงของนักเรียนห้องหนึ่งจำนวน 12 คน มีหน่วยเป็นเซนติเมตร แสดงด้วยแผนภาพกล่องได้ดังนี้

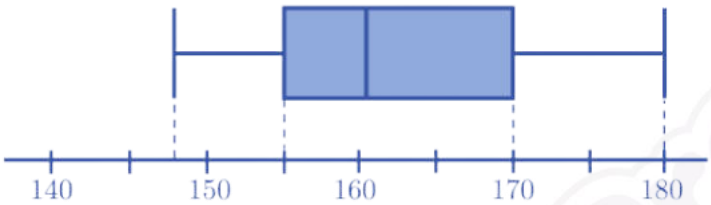

ข้อใดถูกต้อง

1. ถ้าข้อมูลนี้มีพิสัยเท่ากับ 32 แล้วความสูงของนักเรียนที่น้อยที่สุดในห้องเท่ากับ 148 เซนติเมตร
2. คนที่สูงน้อยกว่า 160 เซนติเมตร มี 3 คน
3. การกระจายข้อมูลมากที่สุดในช่วงความสูง 155 ถึง 160 เซนติเมตร
4. จำนวนนักเรียนที่สูงระหว่าง 160 ถึง 170 เซนติเมตรมากกว่าจำนวนนักเรียนที่สูงระหว่าง 155 ถึง 160 เซนติเมตร
5. มัธยฐานของข้อมูลนี้ คือ 155

20. น้ำหนักของนักเรียนห้องหนึ่งมีหน่วยเป็นกิโลกรัม แสดงด้วยแผนภาพจุดได้ดังนี้

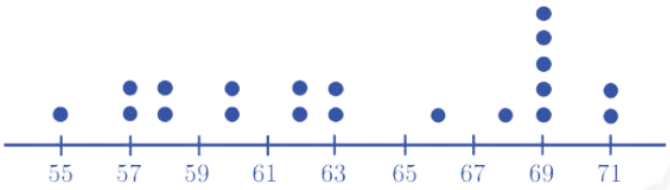

ข้อใด<u>ไม่</u>ถูกต้อง

1. ฐานนิยม คือ 69
2. พิสัยระหว่างควอร์ไทล์ คือ 10.5
3. ควอร์ไทล์ที่ 3 คือ 68.75
4. มัธยฐาน คือ 63
5. ข้อมูลนี้แสดงน้ำหนักของนักเรียนจำนวน 20 คน

21. ข้อมูลชุดหนึ่งเรียงจากน้อยไปมาก ดังนี้

11, 12, 15, 17, 17, 20, 22, 24, x, 29, 30

ถ้าพิสัยระหว่างควอร์ไทล์ คือ 13 แล้ว $P_{75} - Q_2$ เท่ากับเท่าใด

1. 4
2. 6
3. 8
4. 10
5. 12

22. ในวิชาพลศึกษา จะมีการเก็บคะแนนทั้งหมด 4 ครั้ง แต่ละครั้งมีคะแนนเต็ม 100 คะแนน แต่มีค่าน้ำหนักไม่เท่ากัน ถ้าเดียร์ได้คะแนนสอบวิชาพลศึกษาแต่ละครั้งเท่ากับ 80, 75, 90 และ 60 ตามลำดับ และค่าน้ำหนักของการสอบแต่ละครั้ง คือ 1, 2, 3 และ 4 ตามลำดับ แล้วค่าเฉลี่ยเลขคณิตแบบถ่วงน้ำหนักของคะแนนสอบวิชาพลศึกษาของเดียร์เท่ากับเท่าใด

1. 74.00
2. 74.50
3. 75.00
4. 76.00
5. 76.25

23. คะแนนการสอบกลางภาคเรียน 4 วิชา ของนักเรียน 5 คน เป็นดังนี้

	ค่าเฉลี่ยเลขคณิต	คะแนนสอบของนักเรียน (คะแนน)				
		คนที่ 1	คนที่ 2	คนที่ 3	คนที่ 4	คนที่ 5
คณิตศาสตร์	62.4	63	62	61	61	62
ภาษาอังกฤษ	63	63	63	63	63	63
สังคมศึกษา	66.8	68	66	64	67	69
ภาษาไทย	64.8	64	64	65	66	65

จากตารางข้างต้น คะแนนสอบของนักเรียน 5 คนนี้

วิชาใดมีส่วนเบี่ยงเบนมาตรฐานมากที่สุด

1. คณิตศาสตร์
2. ภาษาอังกฤษ
3. สังคมศึกษา
4. ภาษาไทย
5. ไม่สามารถสรุปได้

24. มีข้อมูลอยู่ทั้งหมด 5 ตัว ถ้าข้อมูลนี้มีพิสัยคือ 3 มีควอร์ไทล์ที่ 1 และ 3 คือ 5.5 และ 7.5 ตามลำดับ และฐานนิยมคือ 6 แล้วข้อมูลนี้มีค่าเฉลี่ยเลขคณิตเท่ากับเท่าใด

1. 6.8
2. 6.4
3. 6
4. 5.6
5. 5.2

25. ข้อใดกล่าวถูกต้องเกี่ยวกับลักษณะของการกระจายของข้อมูล

1. การแจกแจงสมมาตร เมื่อพิจารณาแผนภาพกล่อง ความกว้างของช่วงจาก Q_1 ถึง Q_2 เท่ากับความกว้างของช่วงจาก Q_2 ถึง Q_3
2. การแจกแจงเบ้ขวา เมื่อพิจารณาแผนภาพกล่อง ความกว้างของช่วงจาก Q_1 ถึง Q_2 มากกว่าความกว้างของช่วงจาก Q_2 ถึง Q_3
3. การแจกแจงเบ้ขวา ค่าเฉลี่ยเลขคณิตมีค่าน้อยกว่ามัธยฐาน
4. การแจกแจงเบ้ซ้าย ฐานนิยมมีค่าน้อยกว่าค่าเฉลี่ยเลขคณิต
5. การแจกแจงเบ้ซ้าย เกิดเมื่อข้อมูลที่มีค่าน้อยมีความถี่สูง

<u>ตอนที่ 2</u> : แบบระบายตัวเลขที่เป็นคำตอบ จำนวน 5 ข้อ (ข้อ 26 – 30)
ข้อละ 5 คะแนน รวม 25 คะแนน

26. กำหนดให้ A และ B เป็นเซตจำกัด ถ้า A มีจำนวนสมาชิกมากกว่า B อยู่ 2558 ตัว และ $n(A \cup B) + n(A \cap B) = 2566$ แล้วจำนวนสับเซตทั้งหมดของ B เท่ากับเท่าใด

27. กำหนดให้ A เป็นเซตจำกัด ถ้าเซต A มีจำนวนสับเซตที่มีสมาชิก 2 ตัว อยู่ 36 สับเซต แล้วเซต A มีจำนวนสับเซตที่มีสมาชิก 4 ตัว เท่ากับเท่าใด

SmartMathPro

28. $\dfrac{(\sqrt[3]{216}+\sqrt[3]{-1000}+2\sqrt[3]{512})}{\sqrt[3]{8}}$ เท่ากับเท่าใด

29. ให้ S_n แทนผลบวกย่อย n พจน์แรกของอนุกรมเลขคณิต ถ้า $S_5 = 100$ และ $S_{10} = 500$ แล้วพจน์ที่ 51 ของอนุกรมนี้เท่ากับเท่าใด

SmartMathPro

30. จากการสอบถามนักเรียนที่สอบ TGAT เกี่ยวกับหัวข้อที่คิดว่าตนเองทำได้ดี จากทั้งหมด 3 หัวข้อ (สามารถตอบได้มากกว่า 1 หัวข้อ) ซึ่งได้ผลสำรวจดังนี้

แผนภูมิแท่งแสดงเปอร์เซ็นต์ของนักเรียนเกี่ยวกับหัวข้อที่คิดว่าทำได้ดี

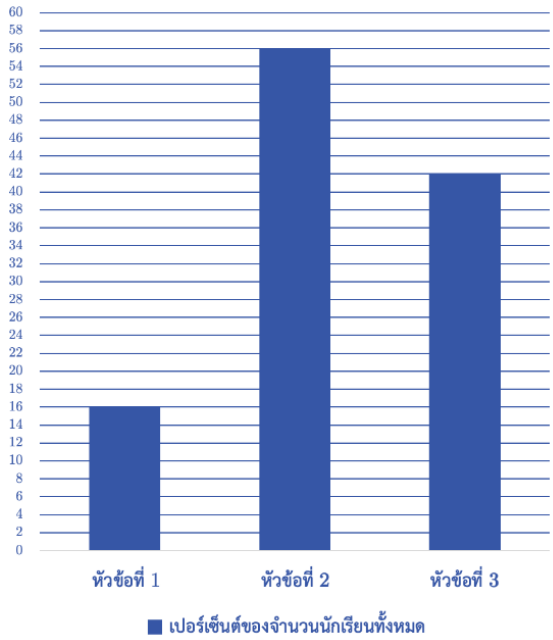

แผนภูมิวงกลมแสดงเปอร์เซ็นต์ของนักเรียนที่คิดว่า
ทำข้อสอบ TGAT หัวข้อที่ 1 ได้ดี จำแนกตามประเภทของโรงเรียน

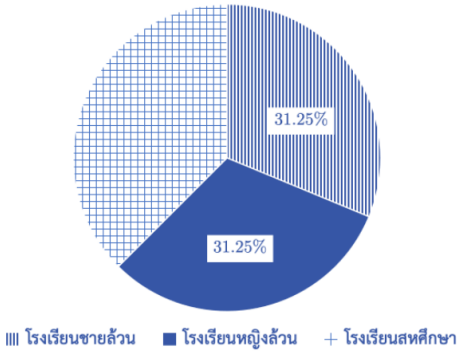

ถ้าจำนวนนักเรียนที่คิดว่าทำหัวข้อที่ 3 ได้ดี น้อยกว่าจำนวนนักเรียนที่คิดว่าทำหัวข้อที่ 2 ได้ดีอยู่ 98 คน แล้วนักเรียนที่มาจากโรงเรียนสหศึกษาซึ่งคิดว่าทำข้อสอบหัวข้อที่ 1 ได้ดีมีกี่คน